小学四年级上册奥数培训综合训练及答案

姓名_____　　成绩_____

要求：90 分钟完成，满分 150 分，一定要独立完成哦！

一、填空题Ⅰ（每题 10 分，共 60 分）

1、计算：(1)　454＋999×999＋545

(2)　999＋998＋997＋996＋1000＋1004＋1003＋1002＋1001

2、数一数下面的图形.

（　　）条线段



（　　）个长方形

3、　要使上下两排的小猫一样多，应该怎样移？



4、　按下面图形的排列情况，算出第 24 个图形是什么？

（1）○○△□○○△□○○△□……第 24 个图形是（　　）

（2）☆◇◇△△☆◇◇△△☆◇◇△△……第 24 个图形是（　　）

5、用火柴棍拼成的数字和符号如下图所示，那么用火柴棍拼成一个减法等式最少要用_____根火柴

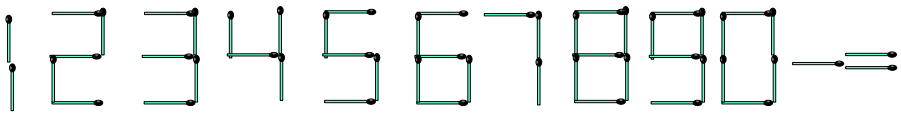

6、有学生若干人参加植树活动，如果每组 12 人，就多 11 人，如果每组 14 人，就少 9 人。问分成_____组，共有_____人。

二、填空题Ⅱ（每题 10 分，共 90 分）

1、村姑卖鸡蛋，第一次卖出一篮的一半又二个；第二次卖出余下的一半又二个；第三次卖出再剩下的一半又二个，这时篮里只剩下二个蛋，问这篮鸡蛋有多少个?

2、一个文具店中橡皮的售价为每块 5 角，圆珠笔的售价为每支 1 元，签字笔的售价为每支 2 元 5 角。小明要在该店花 5 元 5 角购买其中两种文具，他有_____种不同的选择。

3、一个书架上有数学、语文、英语、历史 4 种书共 27 本，且每种书的数量互不相同。其中数学书和英语书共有 12 本，语文书和英语书共有 13 本。有一种书恰好有 7 本，是_____书。

4、下面两个算式中，相同的字母代表相同的数字，不同的字母代表不同的数字，那么 A＋B＋C＋D＋E＋F＋G=_____。

$$\begin{array}{r} A\ B\ C\ D \\ +\quad E\ F\ G \\ \hline 2\ 0\ 0\ 7 \end{array} \qquad \begin{array}{r} D\ C\ B\ A \\ +\quad G\ F\ E \\ \hline 9\ 3\ 8\ 7 \end{array}$$

5、　芳芳和明明两人集邮，芳芳给明明 4 张邮票后，芳芳还比明明多 2 张. 芳芳原来比明明多几张邮票?



6、　做一道加法题时，小虎把个位上的 6 看作 9，把十位上的 3 看作 5，结果和是 86，问正确答案应是多少?

（B 级）

姓名_____　　成绩_____

要求：90 分钟完成，满分 120 分，附加分：30 分。一定要独立完成哦！

一、填空题：(每题 8 分，共 80 分)

1、 在 1~9 这 9 个数字中间，添上“+、-”两种运算符号，使等式成立。

1　2　3　4　5　6　7　8　9=100

2、 从公园同往湖心的小岛有一条长 1020 米的小路，在这条小路的两侧，从头到尾每隔 15 米栽一棵桃树，一共需要栽_____棵桃树。

3、在右图中，外圈最大正方形的边长为 8 厘米，那么最中间的小正方形的面积是_____平方厘米。

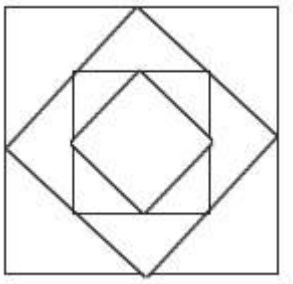

4、一次数学竞赛，共有 50 人参加，其中第一题做错的有 18 人，第二题做错的有 21 人，第一题和第二题都做对的有 17 人，那么这两题都做错的有_____人。

5、 2、4、6、8、...98 这 49 个偶数的和是_____。

6、一本书有 200 页，数字 1 在所有页码中一共出现了_____次。

7、有一列由三个数组成的数组：（1，1，1）、（2，4，8）、（3，9，27）.....第 12 个数组中三个数的和比第 6 个数组中的三个数的和大_____。

8、王林在计算出 2000 个数的平均数后，把所求得的平均数混在原先的 2000 个数中，又求得混在一起的数的平均数为 2001，则原来的 2000 个数的平均数是_____。

9、小明、妈妈、爸爸今年的年龄和是 87 岁，妈妈的年龄比小明年龄的 3 倍还大 4 岁，且比爸爸小 2 岁，今年小明_____岁，妈妈_____岁，爸爸_____岁。

10、有 7 只猴子要分 90 个桃子，其中一个猴子分到 3 只桃子，其它猴子分到的桃子个不相同，且一个比一个多 1， 分到最多的一个猴子分到（　）个桃子。

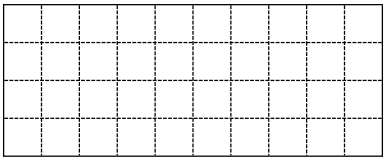

二、操作题：（每题 10 分，共 20 分）

1、将一张长 10 厘米、宽 9 厘米的长方形纸片剪成一些边长是整数厘米的小正方形，大小不限。那么怎样剪才能使剪成的小正方形数目尽量少呢？请在下图中画出来，并标出每个小正方形的边长。

2、观察下列算式：1+3=4=2×2

1+3+5=9=3×3

1+3+5+7=16=4×4

……

计算：1+3+5+……+2005=_____。

三、应用题：（每题 10 分，共 20 分）

1、甲乙两个冷藏库共存肉 92 吨，其中乙库存的肉比甲库存的 3 倍少 4 吨，甲库存肉多少吨，乙库存肉多少吨？

2、甲乙两人的存款相等，后来甲取 50 元，乙有存入 40 元，结果乙存款是甲的 2 倍，问二人原来的存款各是多少元？（写出过程）

三、附加题：（第题 10 分，共 30 分）

1、有一种游戏称作“抢三十”，游戏规则是两人轮流报数，每人每次至少报 1 个数，最多报 4 个数，从 1 到 30 按顺序连续报数，谁先报到 30，谁就获胜，请给出取胜的方法。（写出过程）

2、蜘蛛有 8 条腿，蜻蜓有 6 条腿和 2 对翅膀，蝉有 6 条腿和 1 对翅膀，现在这三种小虫共 18 只，有 118 条腿和 20 对翅膀。那么，蜘蛛有多少只？蜻蜓有多少只？蝉有多少只？

3、龟兔进行 10000 米赛跑，兔子速度是乌龟的 5 倍，当它们从起点出发后，乌龟的不断的跑，兔子跑到某一地点开始睡觉，兔子醒来时，乌龟已经领先它 5000 米，兔子奋起直追，但乌龟到达终点时，兔子仍落后 100 米,那么在兔子睡觉期间,乌龟跑了多少米?(写出过程)

参考答案：

A卷：一、填空题：1、999000　　9000

2、10　　18

3、从三排移三个小猫到下排。

4、□　　△

5、12根（2-1＝1）

6、10组　　131人

二、应用题：1、44个鸡蛋

2、8种（一个2.5+6个0.5　二个2.5+一个0.5　一个2.5+3个1　5个1+1个0.5　4个1+3个0.5　3个1+5个0.5　2个1+7个0.5　1个1+9个0.5）

3、是英语书，用假设法去推理。

4、36

5、10

6、63

B卷：一、填空题：1、1 2 - 3- 4+ 5- 6+7+8 9=100（不唯一）

2、138

3、8

4、6

5、2450

6、32

7、1626

8、2001

9、11　37　39

10、17

二：操作题：1、6个（图略）

2、1003×1003

三、应用题：1、（92+4）÷4=24——甲　24×3—4＝68---乙

2、甲乙各130元

四、附加题：1、后报的获胜，根据对方报了几个数，自己报的和对方加起来是5就可以了，这样就一定能保证最后剩下5个数，由于对方最多只能报4个数，所以就能获胜了。

2、蜘蛛有5只。蜻蜓有7只。蝉有6只。

3、兔子跑10000－100＝9900米和睡觉用的总时间，乌龟跑了10000米。兔子跑9900米的路程，乌龟跑了9900÷5＝1980米所以，兔子睡觉期间乌龟跑了10000－1980＝8020米。